VERPACKUNG

1. Ergänzen Sie:

eine Packung Milch

eine Packung Tee

eine Schachtel Schokolade

eine Dose Tomaten

eine Dose Cola

eine Tafel Schokolade

eine Tüte Bonbons

eine Flasche Wien

ein Stück Kuchen-Kuchenstück

ein Stück Käse

ein Kasten Bier

ein Becher Joghurt

ein Kilo Kärtoffeln

500 Gramm Zucker (= 1 Pfund)

ein Bund Karotten-Möhren

20 Liter Mineralwasser

das Kilo, der Liter

2. Ergänzen Sie die Verpackungen.

der Becher,- ♦ die ~~Flasche~~,-n ♦ das Paket,-e ♦ die Tüte,-n ♦ die Schachtel,-n
die Packung,-en ♦ der Liter,- ♦ das Gramm,- ♦ das Kilo,- ♦ die Dose,-n
das Bund,-e ♦ die Tafel,-n ♦ der Kasten,-“

1. Flasche

2. …...……..……

3.……..

4. ……

5. ……

6. ……

7. ……

8. ……

9. ……

10. ……..

11. ……

12. ……

13. .....

3. Welche Verpackung passt? Schreiben Sie:

die Packung, -en ♠ die Dose, -n ♠ der Becher, - ♠ die Tafel, - ♠ die Flasche, -n ♠ die Tüte,-n

der Kasten, die Kästen ♠ das Kilo ♠ das Gramm ♠ das Liter ♠ das Pfund ♠ das Stück

1.eine _____ Cornflakes 2._____ _____ _____ 3. _____ _____ _____

4._____ _____ _____ 5. _____ _____ _____ 6._____ _____ _____

7._____ _____ _____ 8._____ _____ _____ 9. _____ _____ _____

10._____ _____ _____ 11. _____ _____ _____ 12. _____ _____ _____

11. _____ _____ _____ 12. _____ _____ _____ 13. _____ _____ _____

4. Schreiben Sie.

1. zwei_____

2. zwei____Dose Tomaten_____

3._____ein Tafel Schokolade_____

4.____zwei Kasten Bier_____

5._____

6._____zwei Zigaretten_____

7._____zwei Becher Joghurt_____

8.____vier ein liter Wasser_____

9._____

10._____

11._____Zucker

A

Wie viel kostet / Wie viel kosten ...?

→..... kostet / kosten ...€

1,99



15,50

ein Kilo……..... 200 Gramm …… ein Kasten ……

2,75

ein Paket ……. eine Tafel ……..

0,90

2 Dosen……..……..… ein Becher…….. eine Tüte……



2,25

4,55

1 Pfund……. eine Packung…… eine Flasche ……..

3,-

eine Tüte…… ein Stück K..... eine Schachtel…….

B

Wie viel kostet / Wie viel kosten ...?

→..... kostet / kosten ...€

ein Kilo…….....



200 Gramm ……Bütter……

ein Kasten ……Bier……

ein Paket …….

eine Tafel ……..

2 Dosen……..……..…

ein Becher……..

eine Tüte……



1 Pfund…….

eine Packung……Kaffee……

eine Flasche ……..

eine Tüte……Mlich……

ein Stück .....

eine Schachtel……

A

1. Ihr Partner möchte Pizza machen. Sagen Sie, was er kaufen muss:

Rezept für Pizza

_____ _____ _____ _____

_____ _____ _____Olivenöl _____

2. Sie möchten Kartoffelsuppe kochen. Was kaufen Sie? Hören und schreiben Sie:

- Ich möchte Kartoffelsuppe kochen. Was kaufe ich?
  - Du kaufst ...

Kartoffelsuppe	
1.	5.
2.	6.
3.	7.
4.	8.

B

1. Ihr Partner möchte Kartoffelsuppe kochen. Sagen Sie, was er kaufen muss:

Rezept für Kartoffelsuppe



_____ 3 K_____ *3.* _____ 2 _____



_____ _____Fleisch _____ _____

2. Sie möchten Pizza machen. Was kaufen Sie? Hören und schreiben Sie:

- Ich möchte Pizza machen. Was kaufe ich?
  - Du kaufst ...

Pizza	
1.	5.
2.	6.
3.	7.
4.	8.

A

Fragen und antworten Sie:

Sie sind Verkäufer/ Verkäuferin im Supermarkt. Ihr Freund ist Verkäufer/ Verkäuferin auf dem Markt. Ihr Freund und Sie treffen im Cafe und fragen nach dem Preis der Lebensmittel.

- Was kostet ein Liter Milch im Laden? (Wie viel kostet ein ... ?)
  - 1 Liter Milch im Laden kostet 0,85 Euro.

    Und was kostet ein Liter Milch im Supermarkt?
- 1 Liter Milch im Supermarkt kostet ....

	im Supermarkt (€)	**auf dem Markt (€)**
ein Liter Milch	0,99	
eine Tafel Schokolade	0,99	
eine Dose Kakao	2,79	
eine Flasche Bier	0,95	
eine Packung Käse	4,95	
eine Tüte Bonbons	1,19	
ein Becher Joghurt	0,35	
ein Kilo Äpfel	2,49	
eine Packung Kekse	1,89	
ein Pfund Schinken	5,47	
ein Glas Marmelade	2,19	

B

Fragen und antworten Sie:

Sie sind Verkäufer/ Verkäuferin auf dem Markt. Ihr Freund ist Verkäufer/ Verkäuferin im Supermarkt. Ihr Freund und Sie treffen im Cafe und fragen nach dem Preis der Lebensmittel.

- Was kostet ein Liter Milch im Laden? (Wie viel kostet ein ... ?)
  - 1 Liter Milch im Laden kostet 0,85 Euro.

    Und was kostet ein Liter Milch im Supermarkt?
- 1 Liter Milch im Supermarkt kostet ....

	im Supermarkt (€)	**auf dem Markt (€)**
ein Liter Milch		0,85
eine Tafel Schokolade		2,80
eine Dose Kakao		1,99
eine Flasche Bier		4,56
eine Packung Käse		0,42
eine Tüte Bonbons		1,15
ein Becher Joghurt		5,20
ein Kilo Äpfel		2,79
eine Packung Kekse		2,27
ein Pfund Schinken		0,98